CUADERNILLO DE



ÁREAS Y

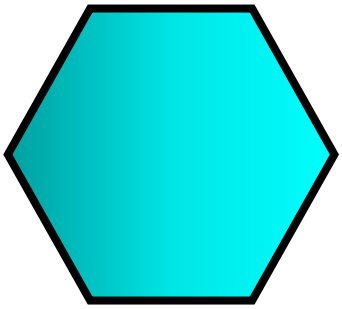

PERÍMETROS.

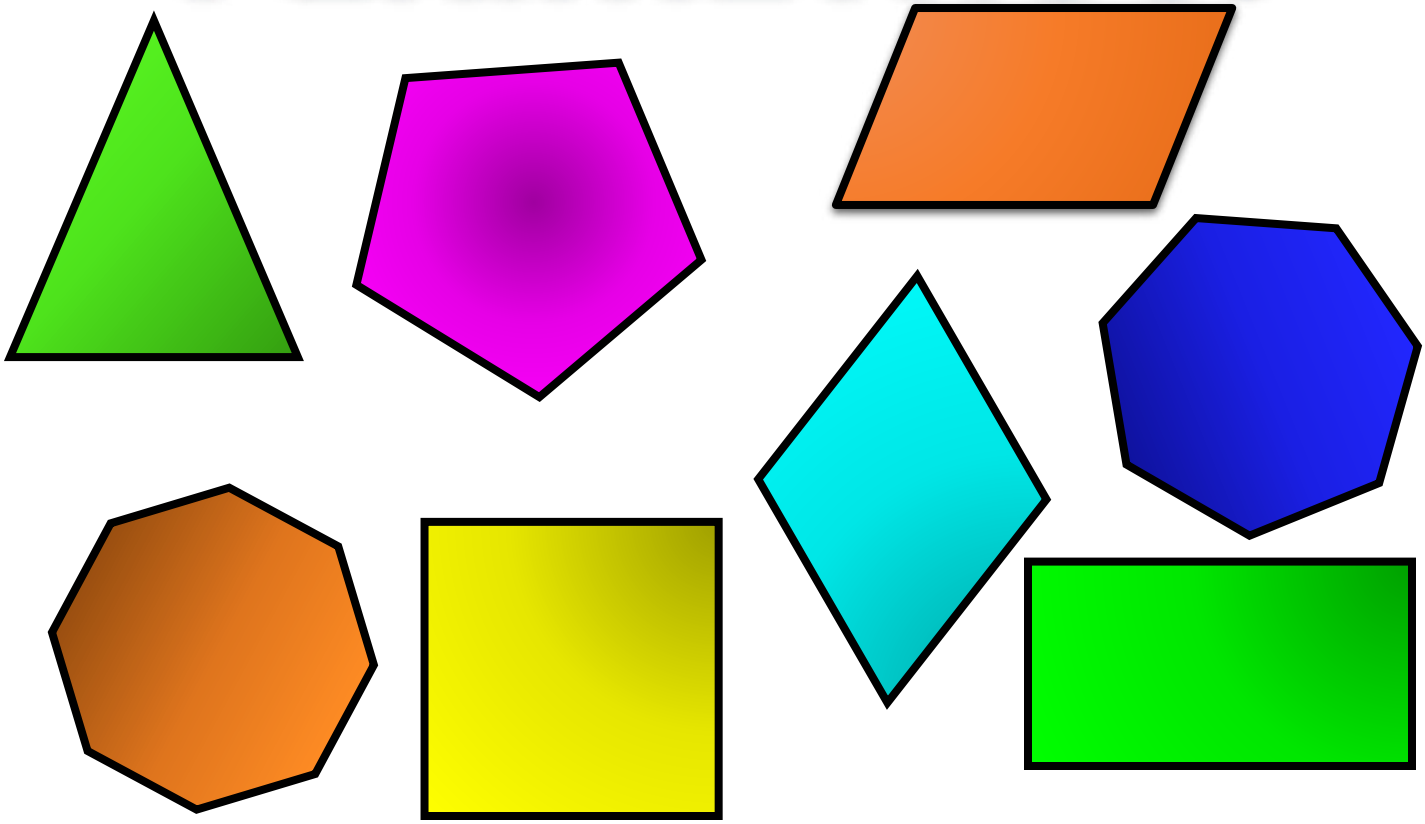

Profa. Kempis

Nombre del alumno:

_____

Grado y grupo: _____

Profe Carbajal

Área del círculo.

¿Cómo buscarlo en Google?

Observa el siguiente video y después realiza las actividades:

- https://www.youtube.com/watch?v=w9D8_nlbZyI

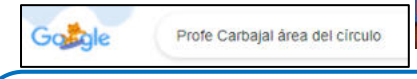

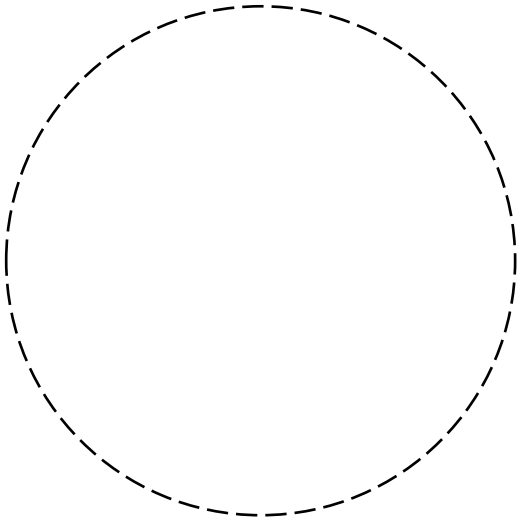

¿Qué es el círculo?

- Remarca con color rojo la circunferencia.
- Colorea de amarillo el área.
- Marca con negro el punto centro.
- Traza con verde el diámetro.
- Traza con morado el radio.

Fórmula para calcular su área:

Valor de Pi:

- Calcula el área de los siguientes círculos (debes escribir todo el procedimiento que se explica en el video)
-

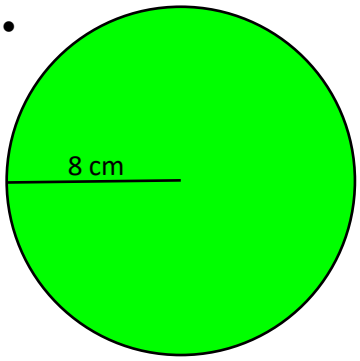

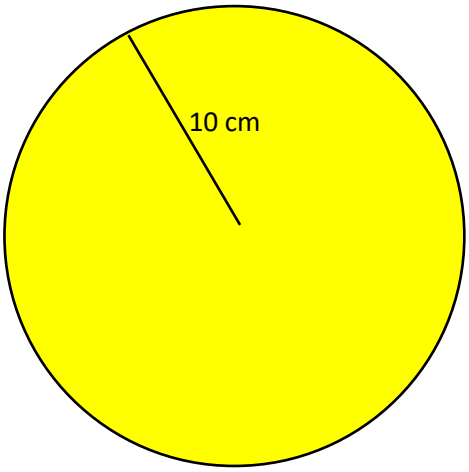

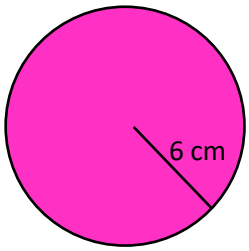

Área y perímetro del triángulo.

¿Cómo buscarlo en Google?

Observa el siguiente video y después realiza las actividades:

- https://www.youtube.com/watch?v=sd2LuhVLMoM

Google Profa Kempis área del triángulo

- Escribe el nombre de cada triángulo de acuerdo a su tipo y con tu lápiz traza su altura:

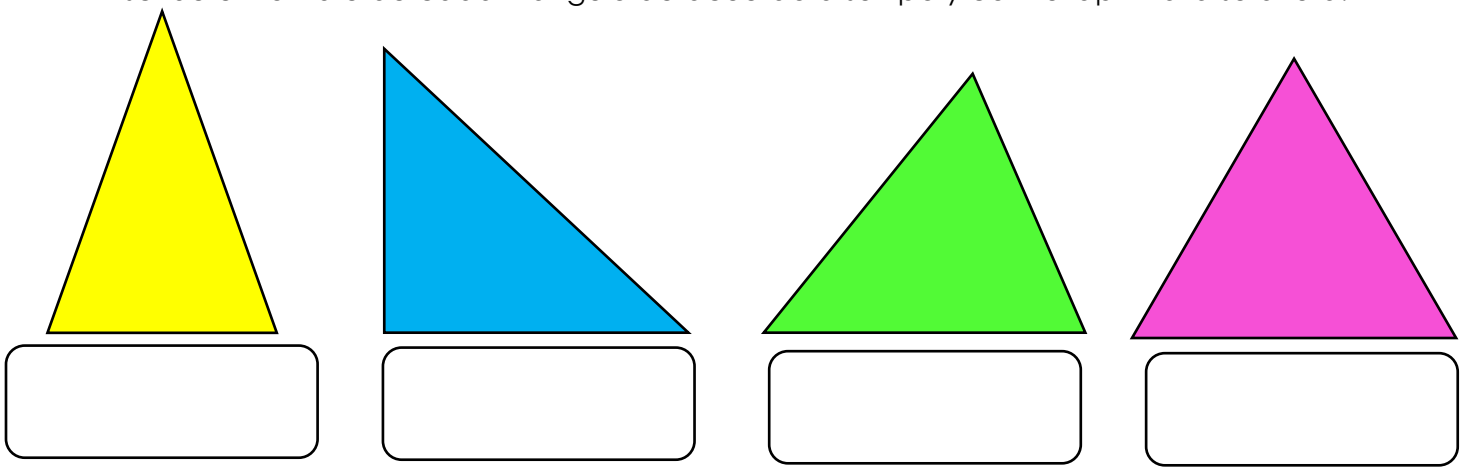

Fórmula para calcular su área:

- Calcula el área de los siguientes triángulos:

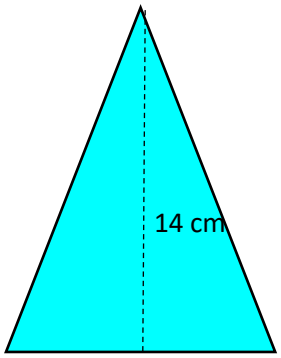

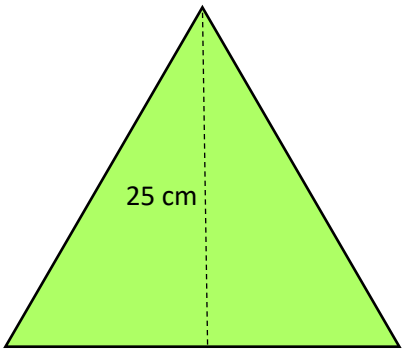

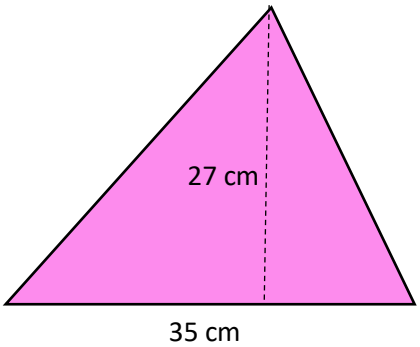

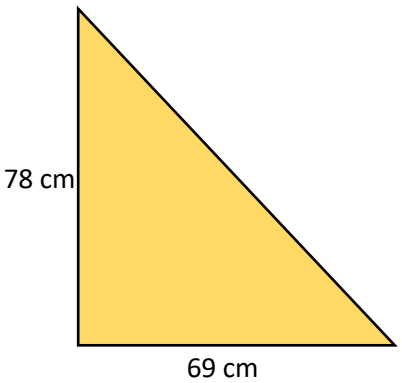

Área y perímetro del rectángulo.

¿Cómo buscarlo en Google?

Observa el siguiente video y después realiza las actividades:

- https://www.youtube.com/watch?v=QoexvX8vBjM

Google | Porfe Carbajal área y perímetro del rectángulo

¿Qué es el área?

¿Qué es el perímetro?

Colorea de amarillo el área y con rojo marca el perímetro.

Fórmula para calcular su área:

Fórmula para calcular su perímetro:

- Calcula el área y perímetro de los siguientes rectángulos (debes escribir todo el procedimiento que se explica en el video)

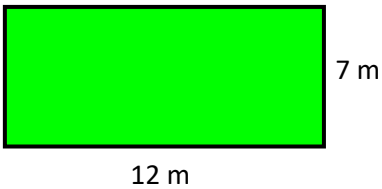

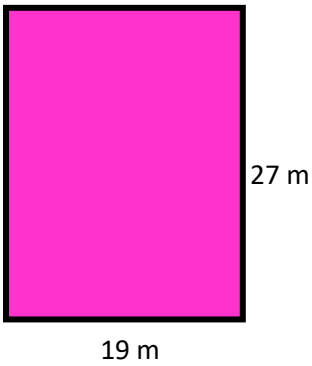

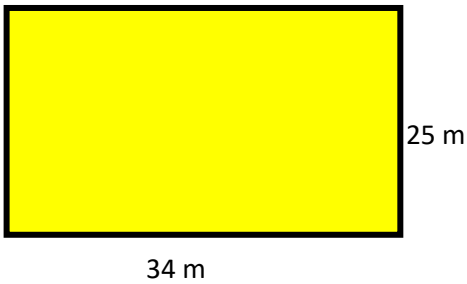

Área y perímetro del cuadrado.

¿Cómo buscarlo en Google?

Observa el siguiente video y después realiza las actividades:

- https://www.youtube.com/watch?v=0oKfsH16Qd4

Google | Profe Carbajal área y perímetro del cuadrado

¿Qué es el cuadrado?

Colorea de anaranjado el área y con verde marca el perímetro del cuadrado.

Fórmula para calcular su área:

Fórmula para calcular su perímetro:

- Calcula el área y perímetro de los siguientes rectángulos (debes escribir todo el procedimiento que se explica en el video)

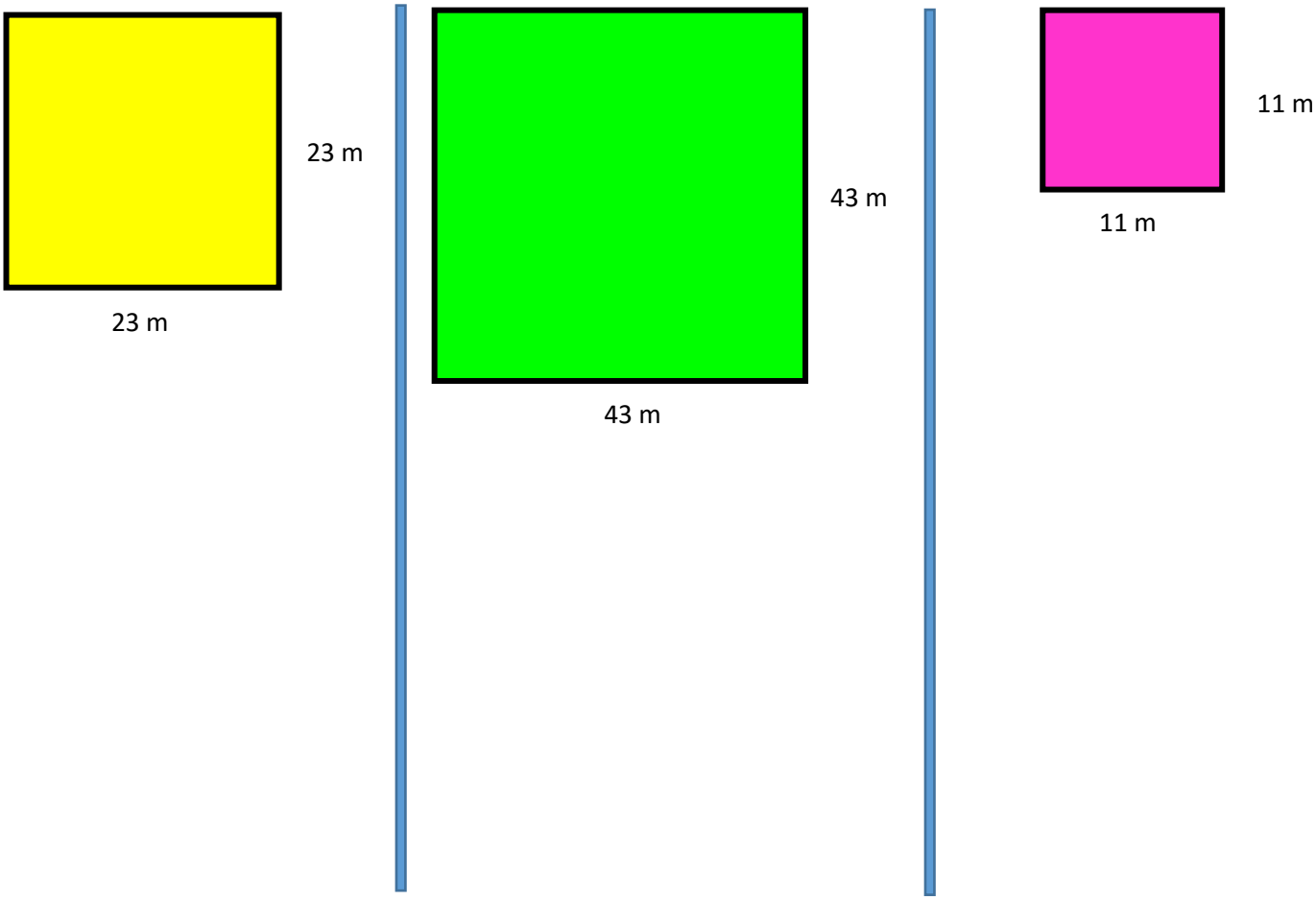

Área del rombo.

¿Cómo buscarlo en Google?

Observa el siguiente video y después realiza las actividades:

- https://www.youtube.com/watch?v=e_W0yzqFFdI

Google Profa kempis área del rombo

¿Qué es el rombo?

- Colorea de verde el área del rombo y con azul marca el perímetro.
- Escribe el nombre de las diagonales del rombo:

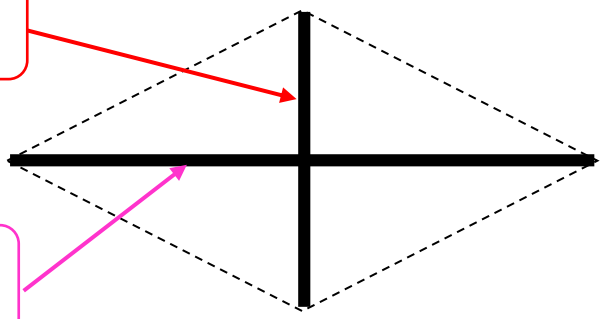

Fórmula para calcular su área:

- Calcula el área de los siguientes rombos (debes escribir todo el procedimiento que se explica en el video)

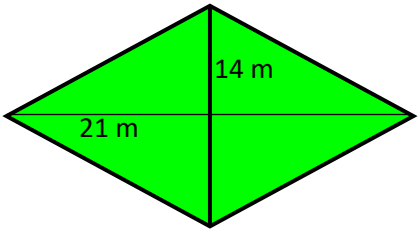

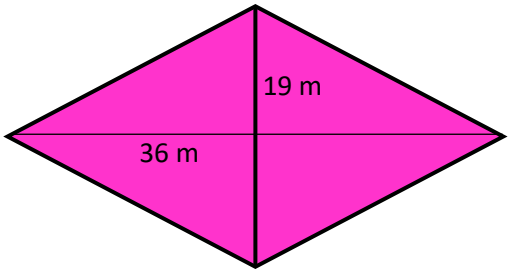

Área del romboide.

¿Cómo buscarlo en Google?



Observa el siguiente video y después realiza las actividades:

- https://www.youtube.com/watch?v=HBzOU6TdaHg

Escribe las características del romboide:

Fórmula para calcular su área:

Calcula el área de los siguientes romboides (debes escribir todo el procedimiento de la fórmula para hacer el cálculo)

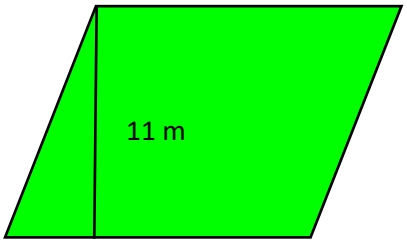

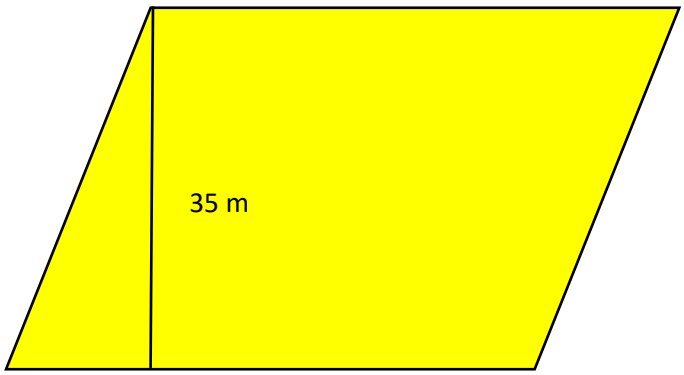

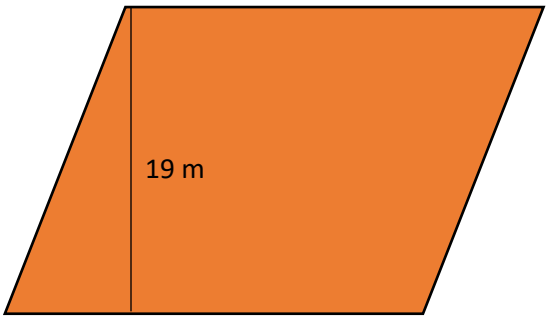

Área del trapecio.

¿Cómo buscarlo en Google?

Observa el siguiente video y después realiza las actividades:

- https://www.youtube.com/watch?v=qpJYoob1ujw

Google Profa kempis área del trapecio

- Colorea de amarillo el área del trapecio y con rojo marca el perímetro.
  - Escribe el nombre de las partes señaladas del trapecio.

Fórmula para calcular su área:

Calcula el área de los siguientes trapecios (debes escribir todo el procedimiento)

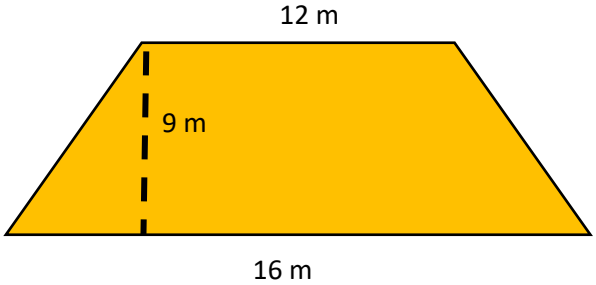

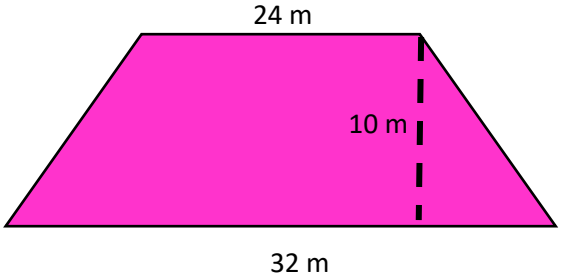

Área y perímetro del pentágono, hexágono, heptágono y octágono.

¿Cómo buscarlo en Google?

Observa el siguiente video y después realiza las actividades:

- https://www.youtube.com/watch?v=Mf9umSG9MYE

¿Qué es la apotema?

Fórmula para calcular el área de estas figuras:

- **Traza la apotema a cada figura:**

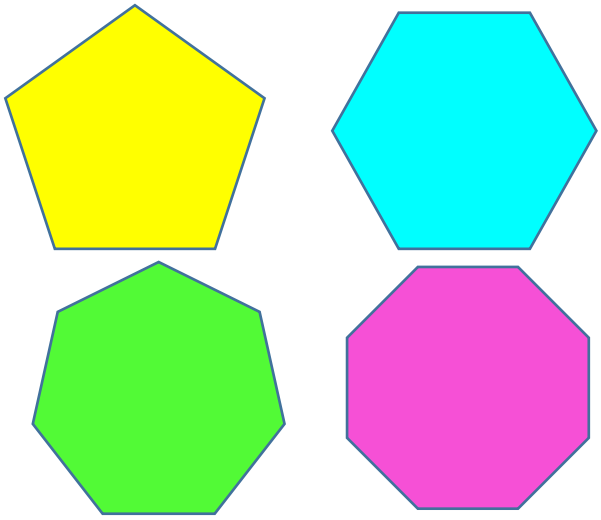

Escribe el nombre de las siguientes figuras y calcula su perímetro y su área.

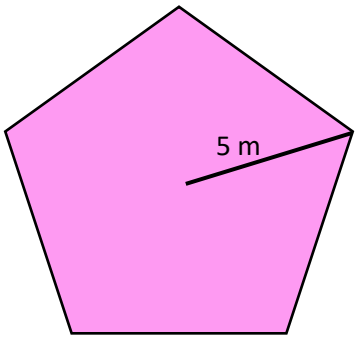

7 m

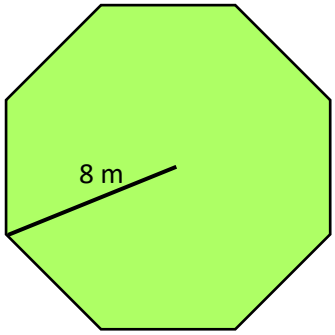

6 m

Perímetro del círculo

¿Cómo buscarlo en Google?

Observa el siguiente video y después realiza las actividades:
https://www.youtube.com/watch?v=XCNQ77M-Fqw

Google Profa Kempis Circunferencia y perímetro del círculo

¿Qué es la circunferencia?



Fórmula usando el diámetro

Fórmula usando el radio

Obtén el perímetro de los siguientes círculos

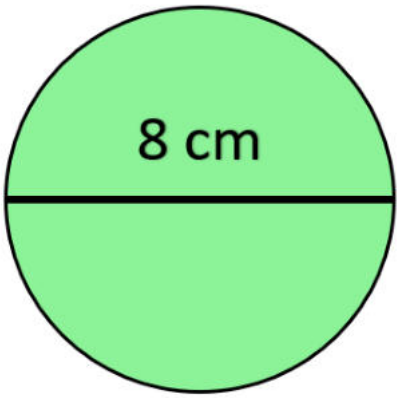

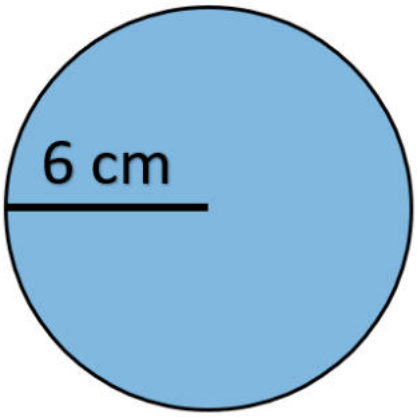

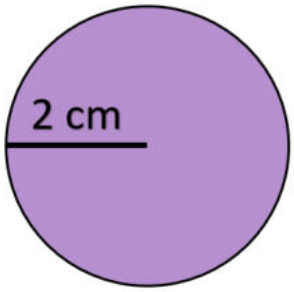

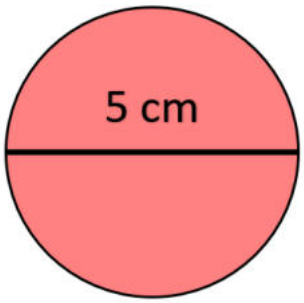

Perímetro de las figuras

¿Cómo buscarlo en Google?

Google Profa Kempis Área y perímetros de las figuras geométricas

Observa el siguiente video y completa la tabla
https://www.youtube.com/watch?v=9rHABzOkVL4
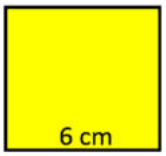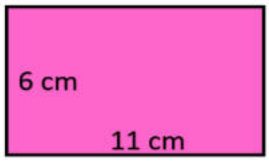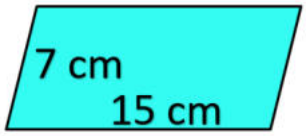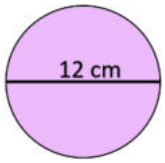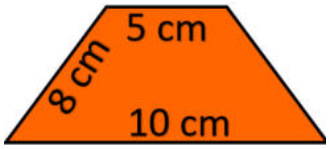
Nombre	Figura	Fórmula	Perímetro