LOS SISTEMAS Del Cuerpo Humano

Cuadernillo de Actividades

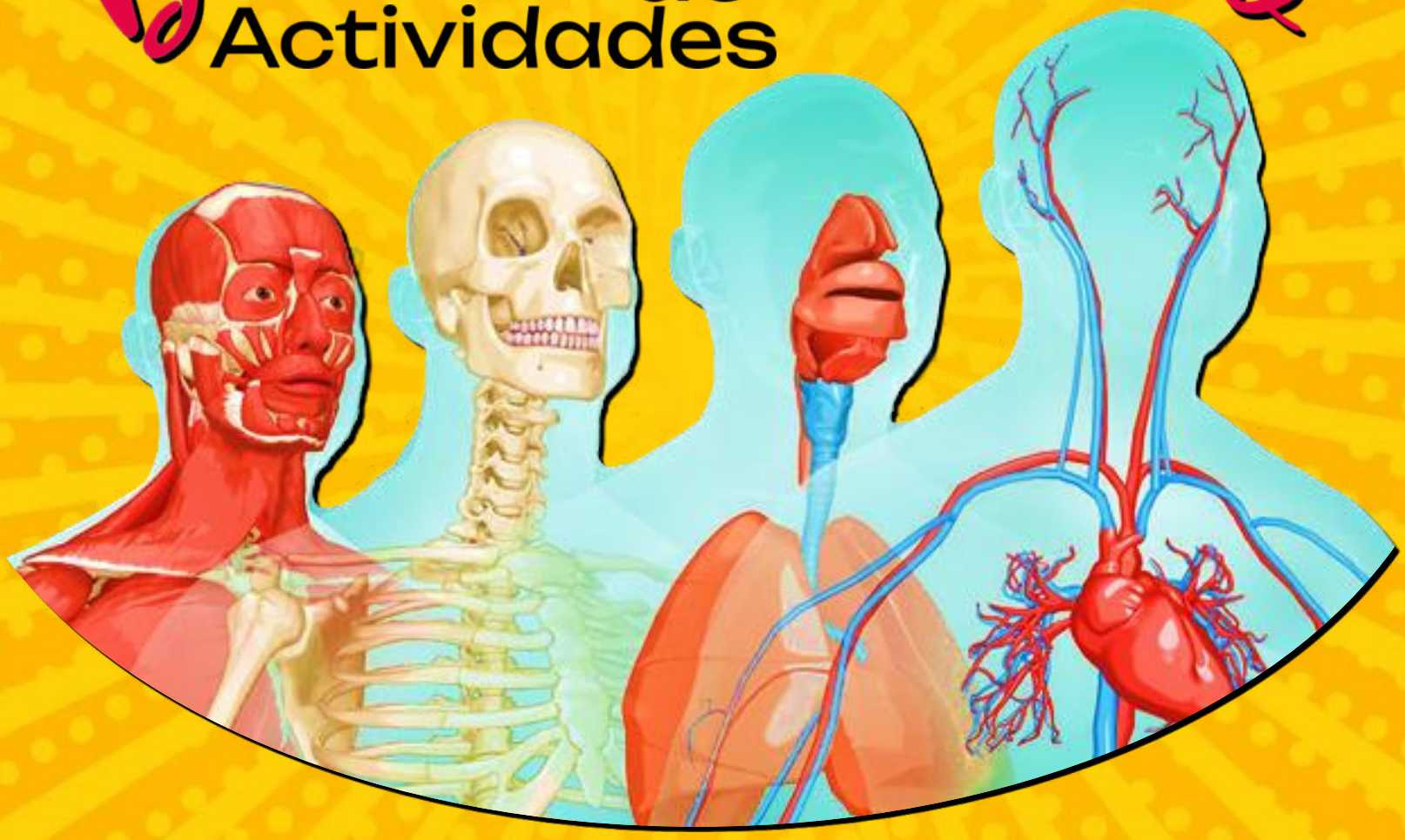

Esmeralda Te Enseña

Nombre: _____

Grado: _____ Sección: _____

Sistema Óseo

🦴Completa la tabla con lo aprendido en el vídeo

Haz clic en el siguiente enlace o digítalo en un navegador web:

https://youtu.be/rx16Uf9Pxno

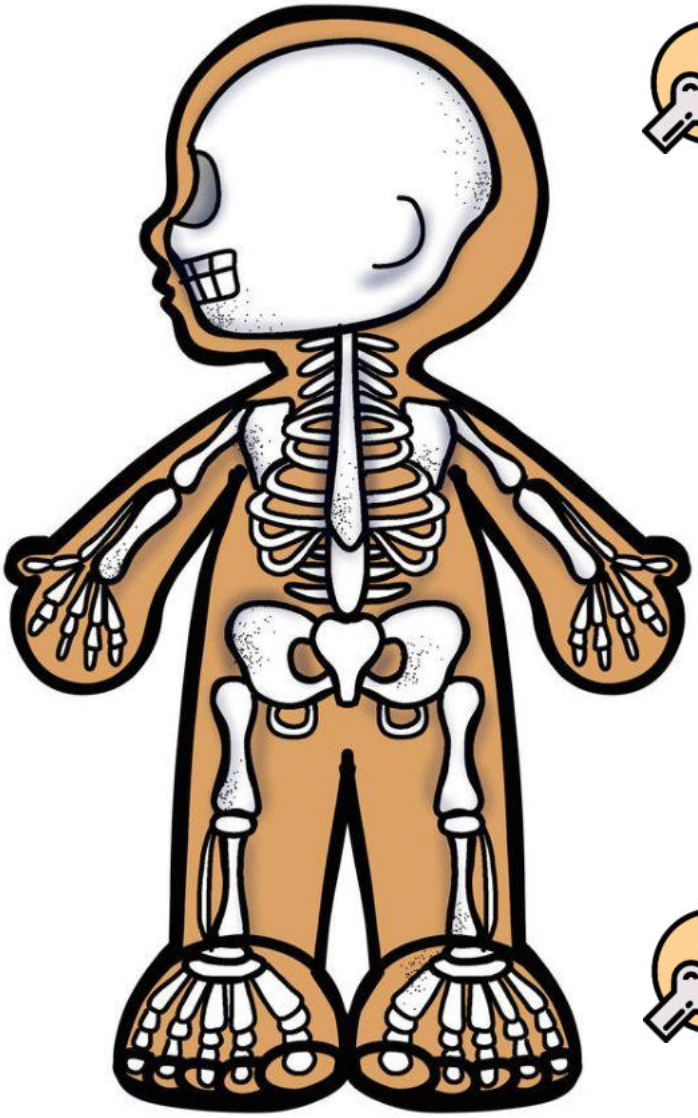

Qué es el sistema óseo o esquelético?
¿Cuál es la función e importancia del esqueleto humano?
¿En qué partes se divide el esqueleto humano?
¿De cuántos huesos se conforma el esqueleto humano?
¿Cuáles son los tipos de hueso del esqueleto humano según su función?

🦴**Según lo aprendido en el video anterior, responde las siguientes preguntas:**

¿Qué minerales se encuentran en los huesos?

_____

_____

_____

¿Cómo se llama el cartílago que hace que un niño vaya creciendo?

_____

_____

_____

🦴**Colorea el dibujo del esqueleto humano siguiendo las siguientes indicaciones:**

Color rojo: las articulaciones	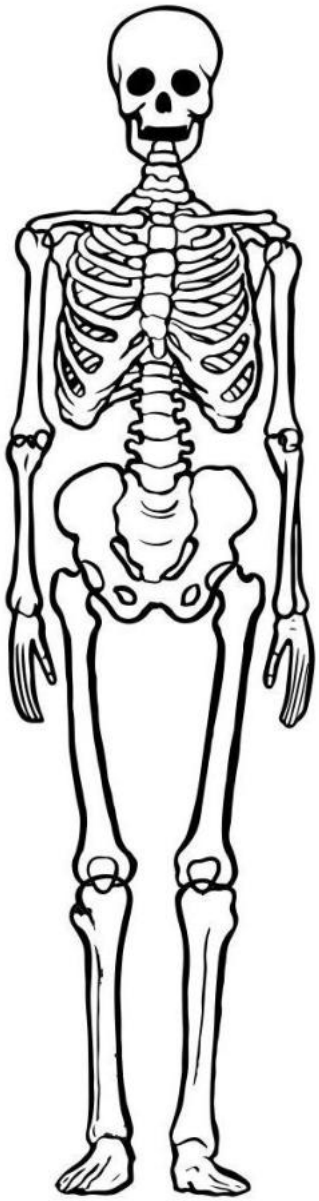
Color gris: el esternón	
Color azul: el cráneo	
Color verde: el fémur	
Color café: el humero	
Color amarillo: la caja toráxica	
Color anaranjado: la pelvis	
Color rosado: las falanges	

Sistema Muscular

💪Completa la tabla con aprendido en el vídeo

Haz clic en el siguiente enlace o digítalo en un navegador web:

https://youtu.be/uTTnCrmfEpk

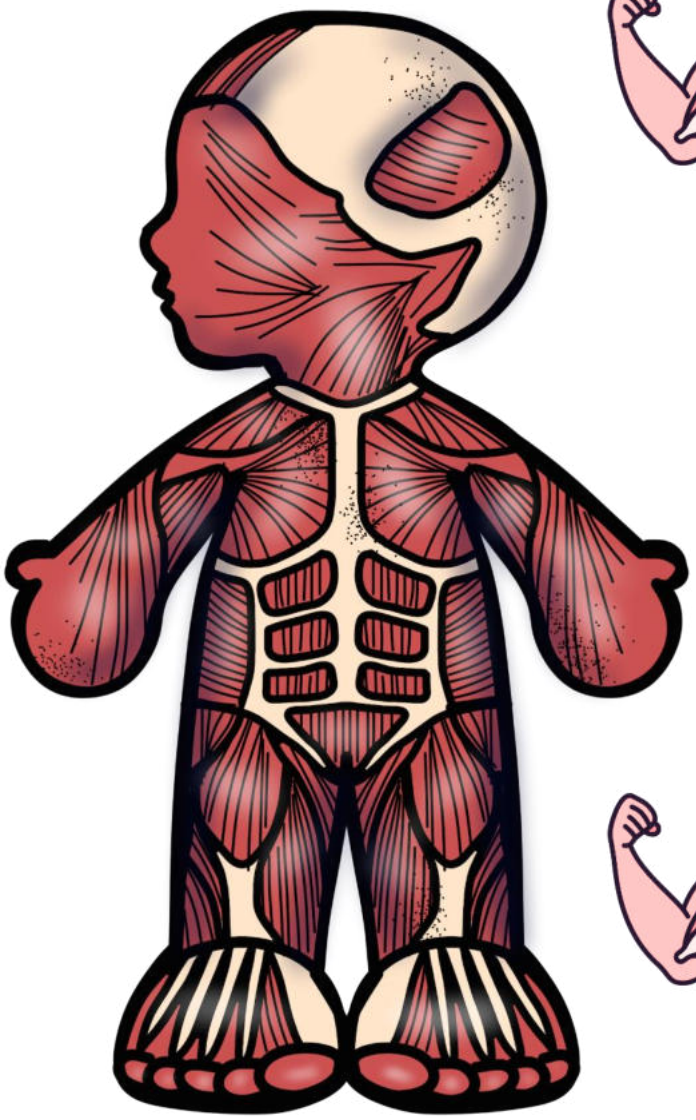

¿Qué son los músculos?

Escribe las actividades que podemos realizar gracias a los músculos

¿Cuáles son las funciones de los músculos?

Escribe los tipos de músculos que tiene el cuerpo humano:

💪Escribe la definición y ejemplo de cada tipo de músculo:

Músculo Esquelético

Músculo Liso

Músculo Cardíaco

💪Une con una línea los tipos de músculos con el órgano o parte del cuerpo que también lo tiene:

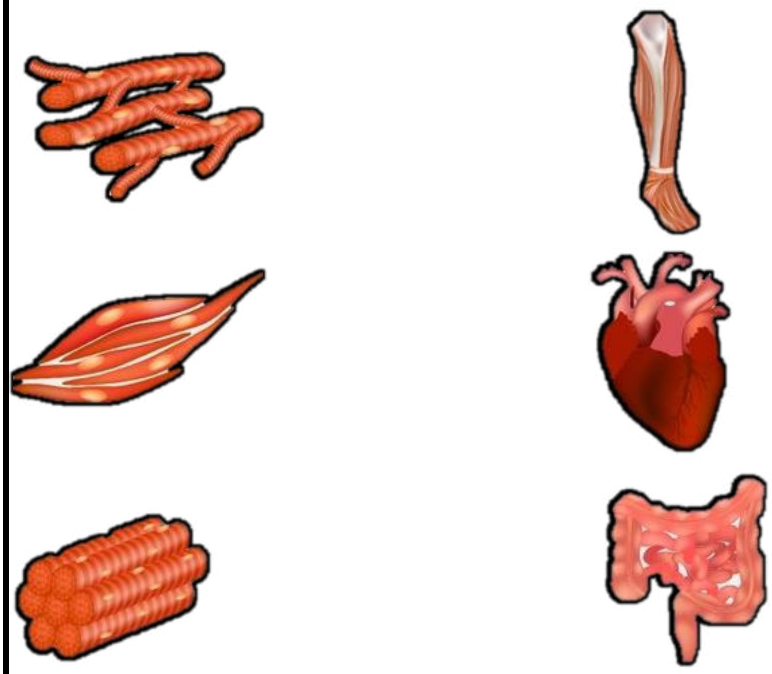

💪Colorea el sistema muscular:

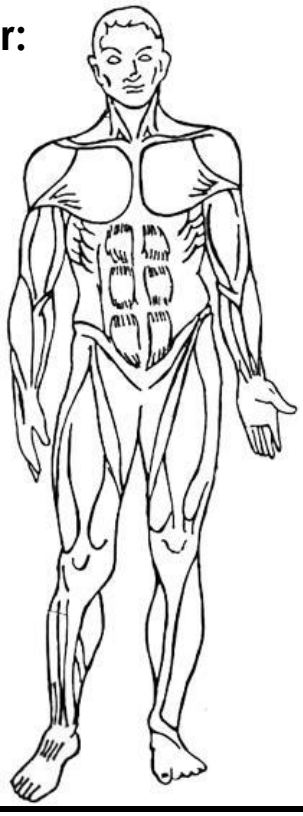

Sistema Locomotor

🦴💪Completa la tabla con lo aprendido en el vídeo

Haz clic en el siguiente enlace o digítalo en un navegador web:

https://youtu.be/ny1pmtrKRi0

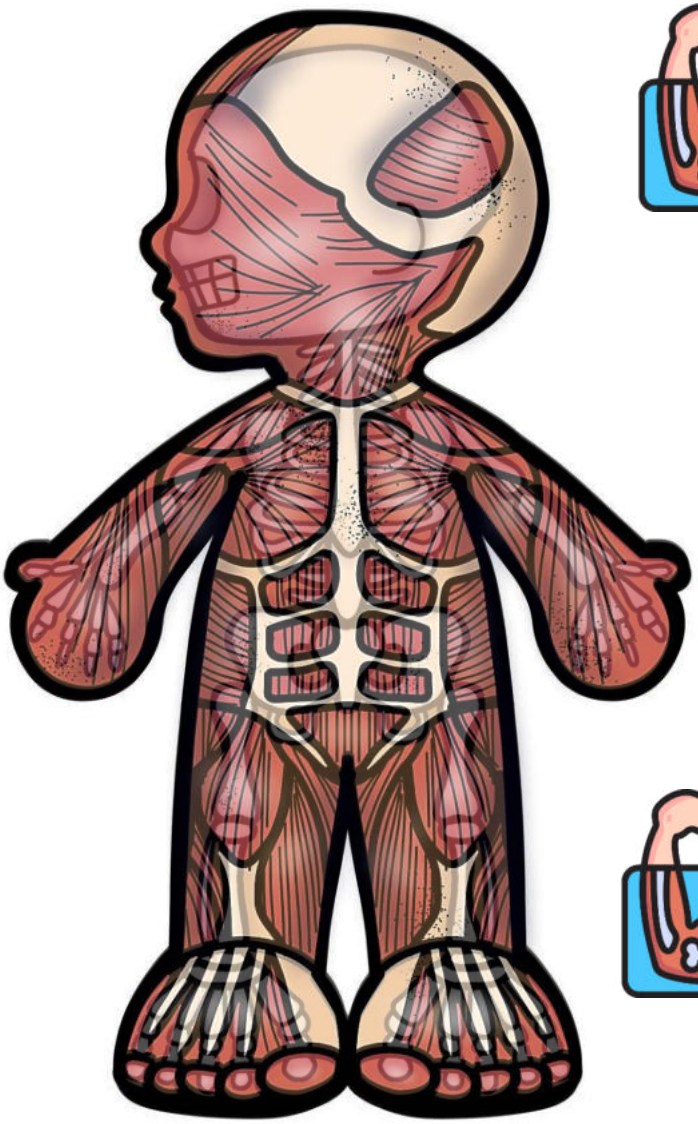

	¿Por qué se llama sistema musculoesquelético?
	El aparato locomotor consiste en la unión de varios conjuntos diferentes estos son:
	¿Cómo cuidar el sistema locomotor?
	¿Cómo evitar lesiones en el aparato locomotor?

🦴💪Recorta las tarjetas y pégalas en la sección de músculos o huesos según correspondan

Glúteos	Gemelos	Tibia	Cuádriceps
Fémur	Costillas	Húmero	Cráneo
Cúbito	Bíceps	Abdominales	Pelvis

Huesos

Músculos

Sistema Digestivo

Haz clic en el siguiente enlace o digítalo en un navegador web:

https://youtu.be/v_aunxtGYP4

Completa la tabla con lo aprendido en el vídeo

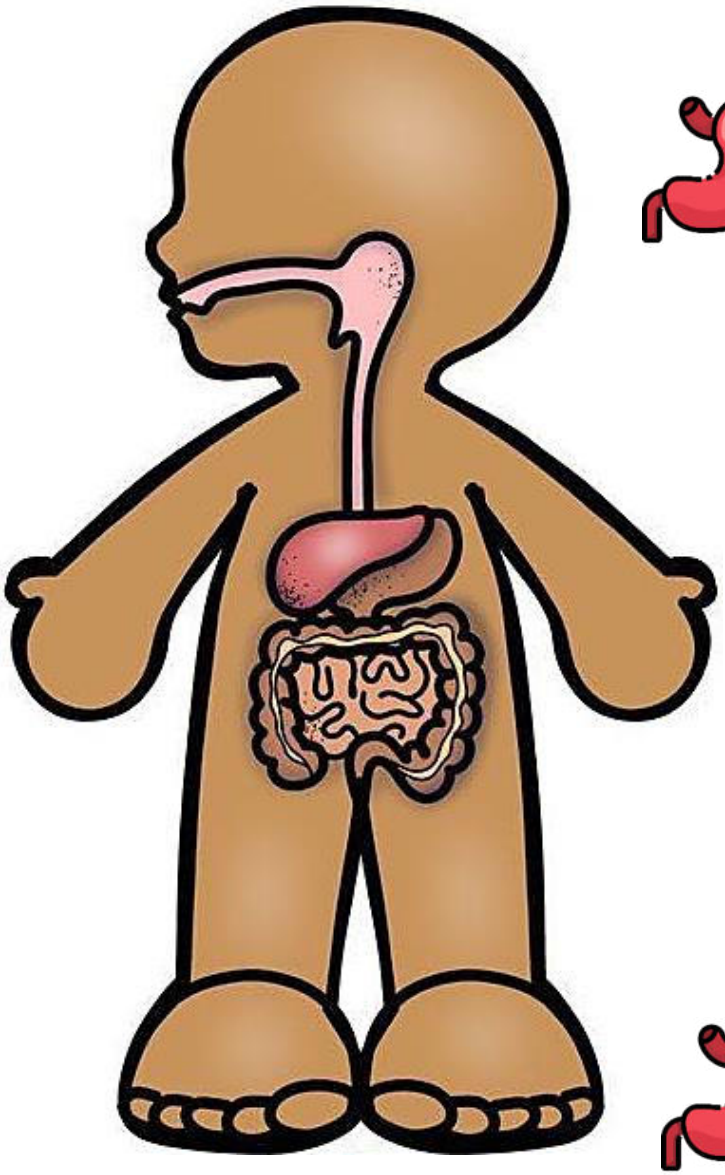

¿Qué es el sistema digestivo?
¿Cuál es la función del sistema digestivo?
¿Cuáles son las partes del sistema digestivo?
¿Cuánto mide el estómago?
¿Cuál es el órgano más grande del sistema digestivo?

Según lo aprendido en el video anterior, responde las siguientes preguntas:

¿Cuál es la función de las glándulas salivales?

_____
_____
_____
_____

¿Qué es la faringe y cuál es su función?

_____
_____
_____
_____

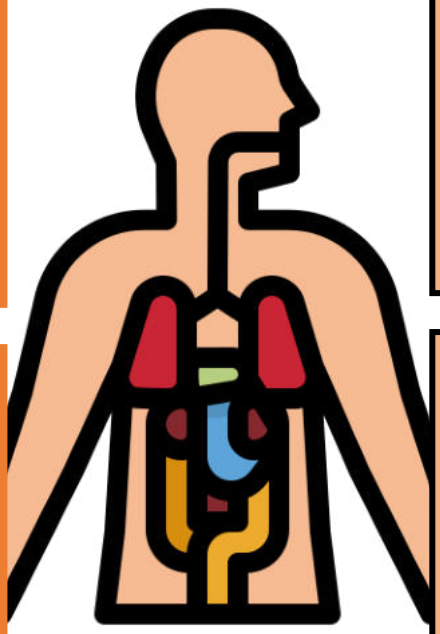

¿Qué es el esófago?

_____
_____
_____
_____
_____

¿Dónde comienza y dónde termina la digestión?

_____
_____
_____

Completa la parte de la canción escuchada y colorea el sistema digestivo:

El proceso de la _____ al masticar hasta su transporte hacia el _____ y la disolución posterior de sus _____ hasta su _____.

La digestión iniciará en la _____ _____, el bolo alimenticio seguirá su trayectoria… El alimento ya pasó por la _____ y _____. Y al _____ ya llegó, irá al _____. En _____ ya lo convirtió y el _____ delgado, el nutriente ya sacó y a su _____ recorrió.

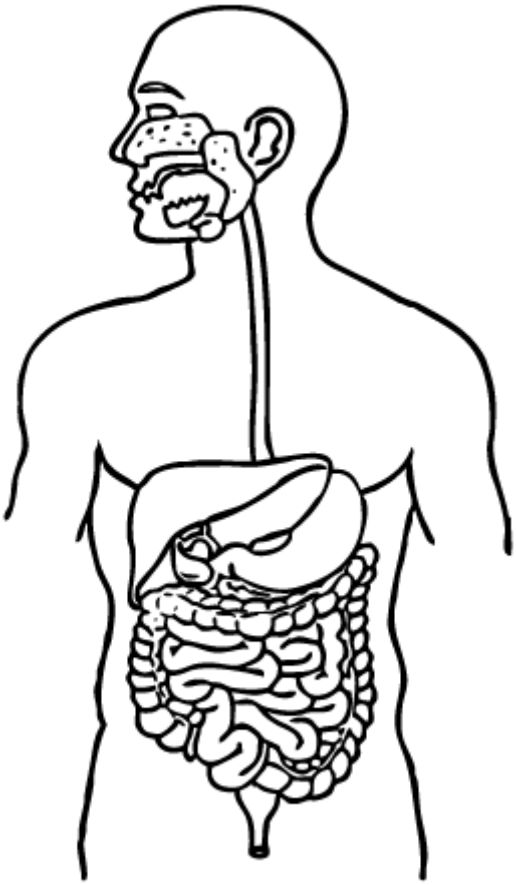

Sistema Circulatorio

Haz clic en el siguiente enlace o digítalo en un navegador web:

https://youtu.be/sFh-5Yxyvg8

Completa la tabla con lo aprendido en el vídeo

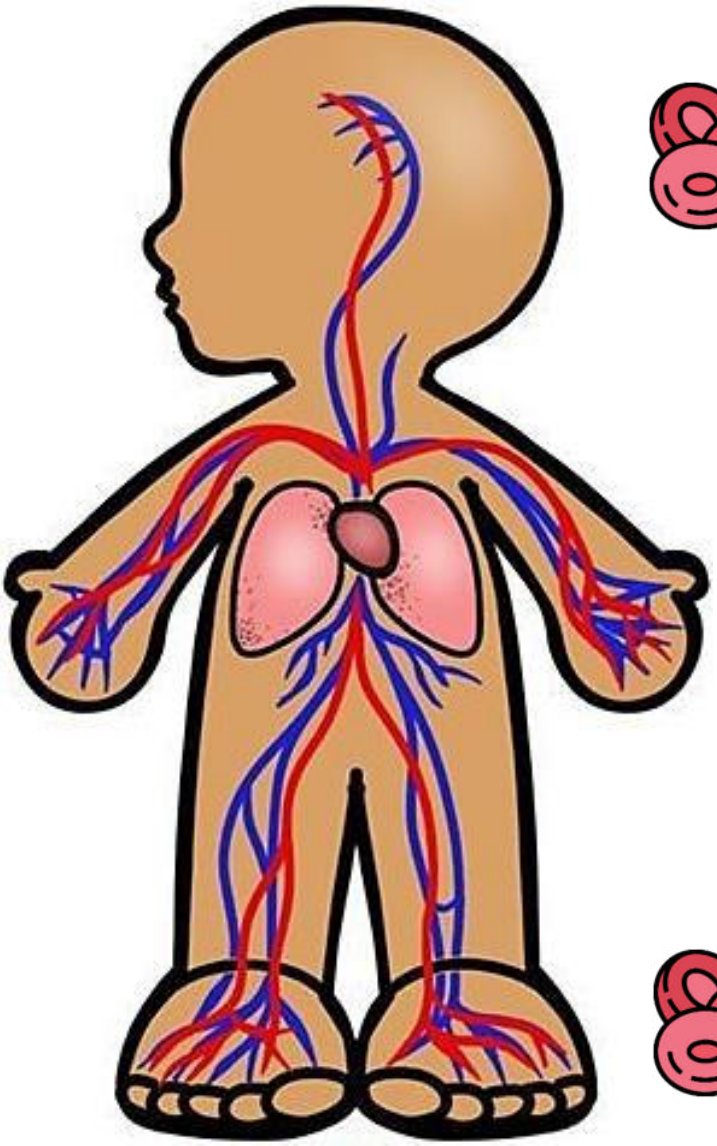

	¿Cuál es la función o el trabajo del sistema Circulatorio en el cuerpo humano?
	¿Cómo se llama el fluido que corre dentro del sistema circulatorio?
	¿Cuál es la función del corazón en el sistema circulatorio?
	¿Cuál es el peso aproximado del corazón humano?
	¿A qué se asemeja el corazón humano?

Según lo aprendido en el video anterior, responde las siguientes preguntas:

Los dos circuitos dentro del sistema circulatorio son:

_____

_____

_____



Las dos arterias que permiten el paso de la sangre al cerebro son:

_____

_____

_____

Colorea el sistema circulatorio y pega bolitas de papel corrugado en el corazón

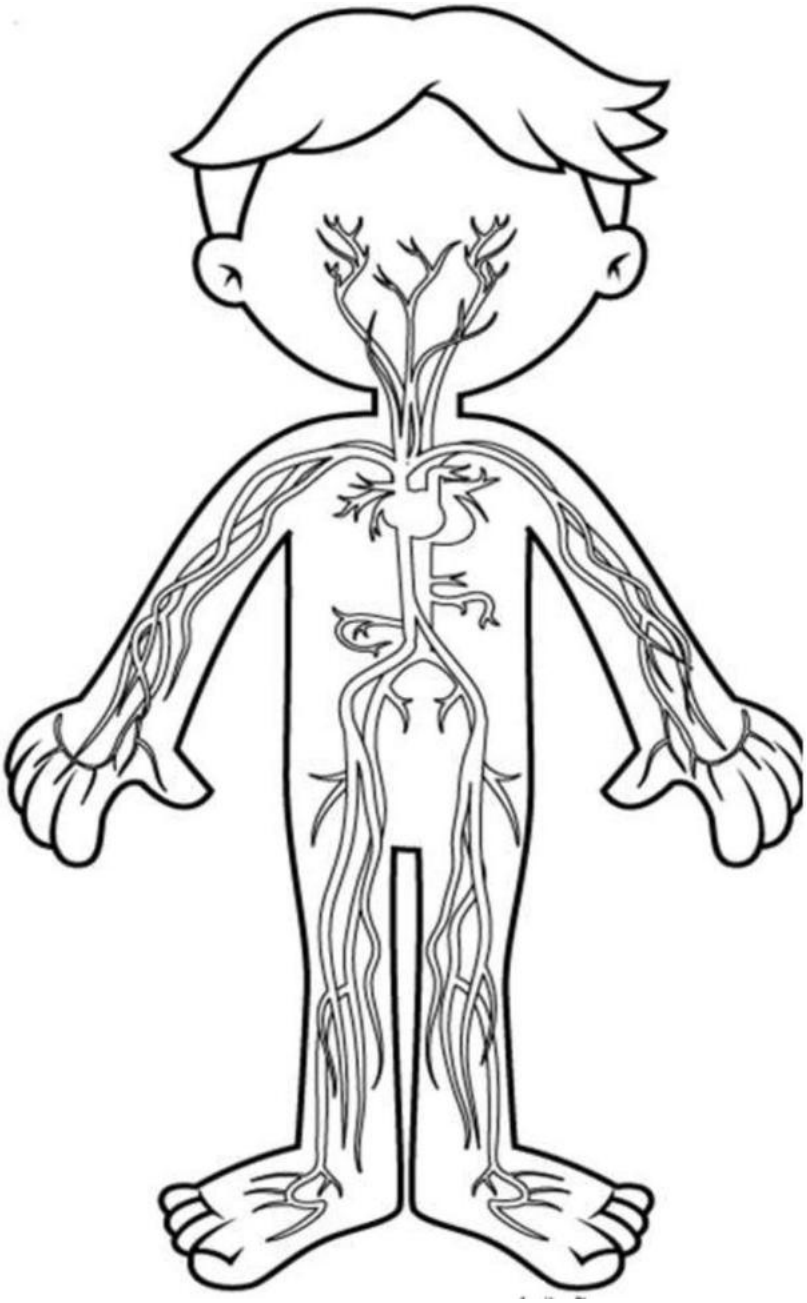

Sistema Nervioso

🧠Completa la tabla con lo aprendido en el vídeo

Haz clic en el siguiente enlace o digítalo en un navegador web:

https://youtu.be/OSHhruDspJ8

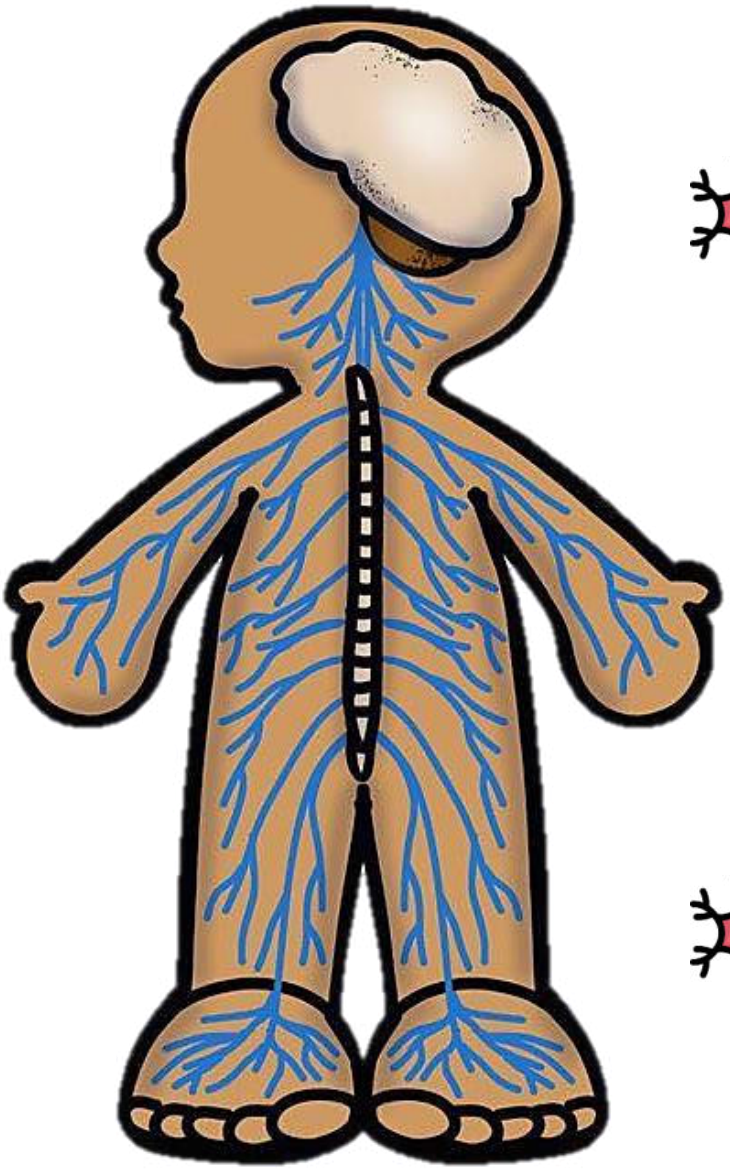

¿Qué es el sistema nervioso?
¿Cuáles son las tres funciones básicas del sistema nervioso
¿Qué son las neuronas?
El sistema nervioso está dividido en dos partes, las cuales son:

Escriba el funcionamiento del Sistema Nervioso según los tipos de movimientos:

Movimientos Voluntarios

Movimientos Involuntarios

Escriba las 5 medidas de cuidados del Sistema Nervioso escuchadas	Colorea el Sistema Nervioso
	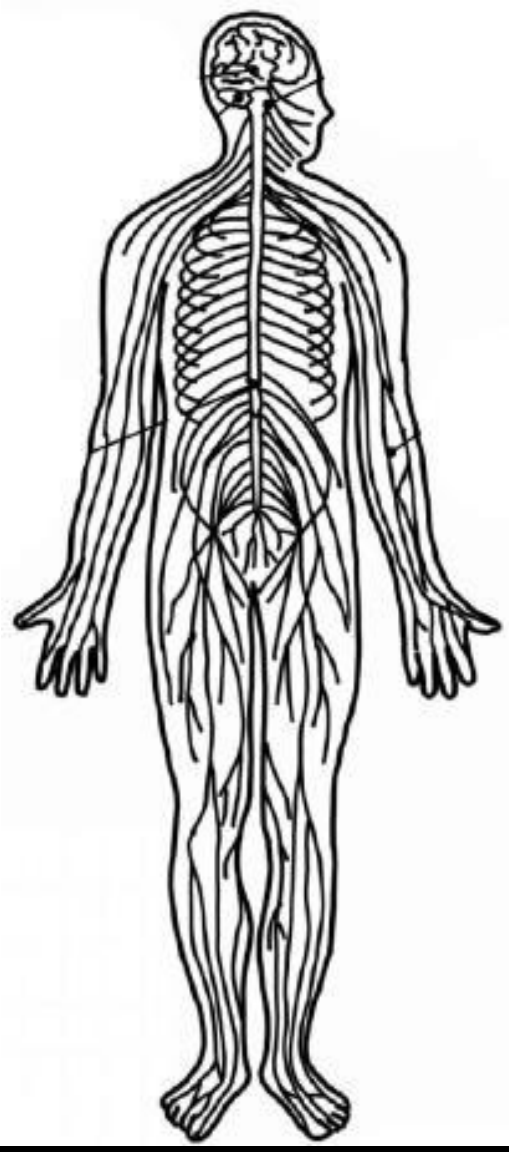

Sistema Respiratorio

Completa la tabla con lo aprendido en el vídeo

Haz clic en el siguiente enlace o digítalo en un navegador web:

https://youtu.be/ozfkw1V_V_s

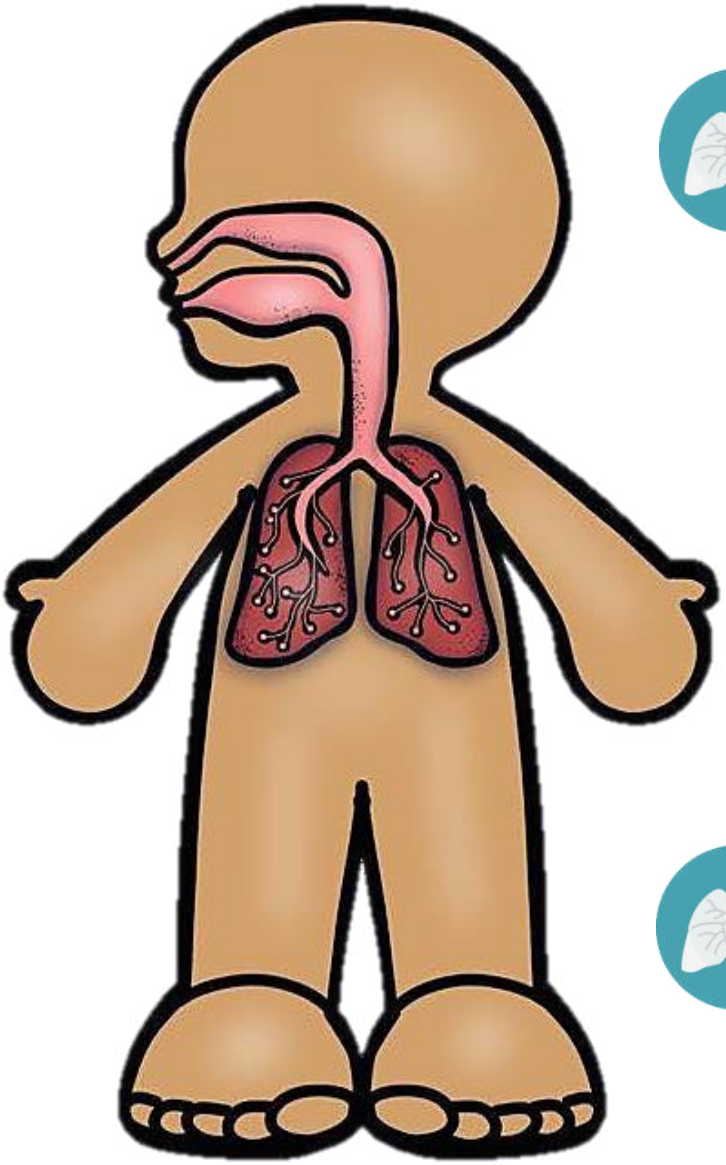

¿Qué es el sistema respiratorio?
El aparato respiratorio está formado por siete elementos. Estos son:
¿Cuál es la primera fase de la respiración? ¿En qué consiste?
¿Cuál es la segunda fase de la respiración? ¿En qué consiste?

Haz un resumen sobre el proceso de la respiración:

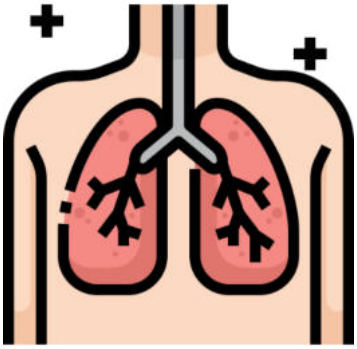

Colorea el sistema digestivo y pega bolitas de papel corrugado rosa en los pulmones

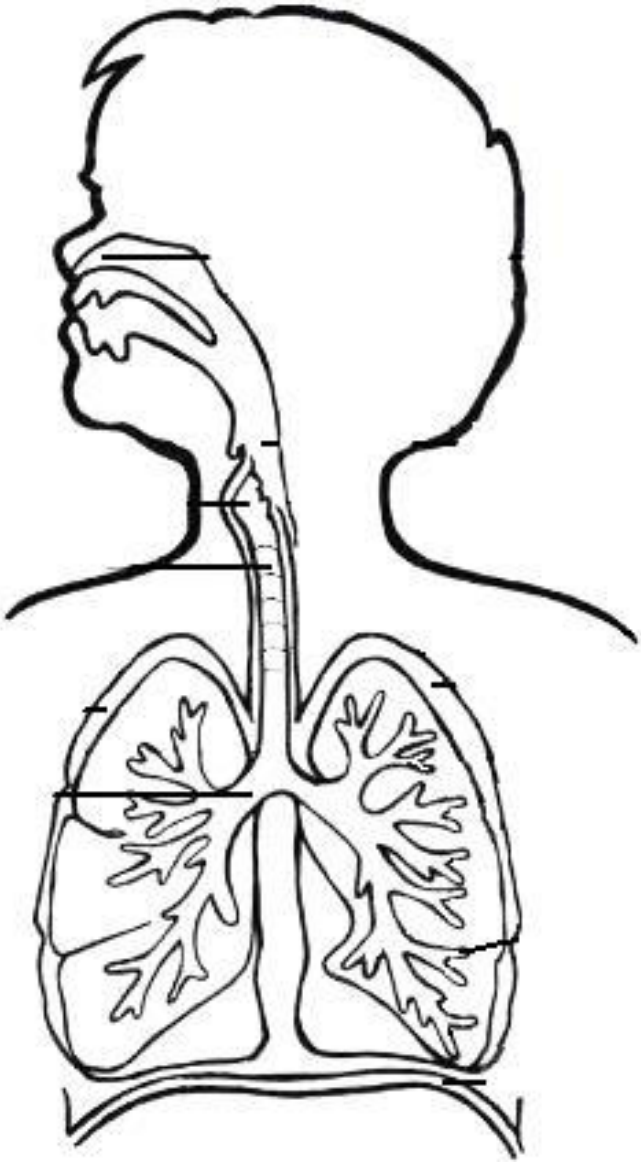

Sistema Urinario

Completa la tabla con lo aprendido en el vídeo

Haz clic en el siguiente enlace o digítalo en un navegador web:

https://youtu.be/acyqDTDe5IA

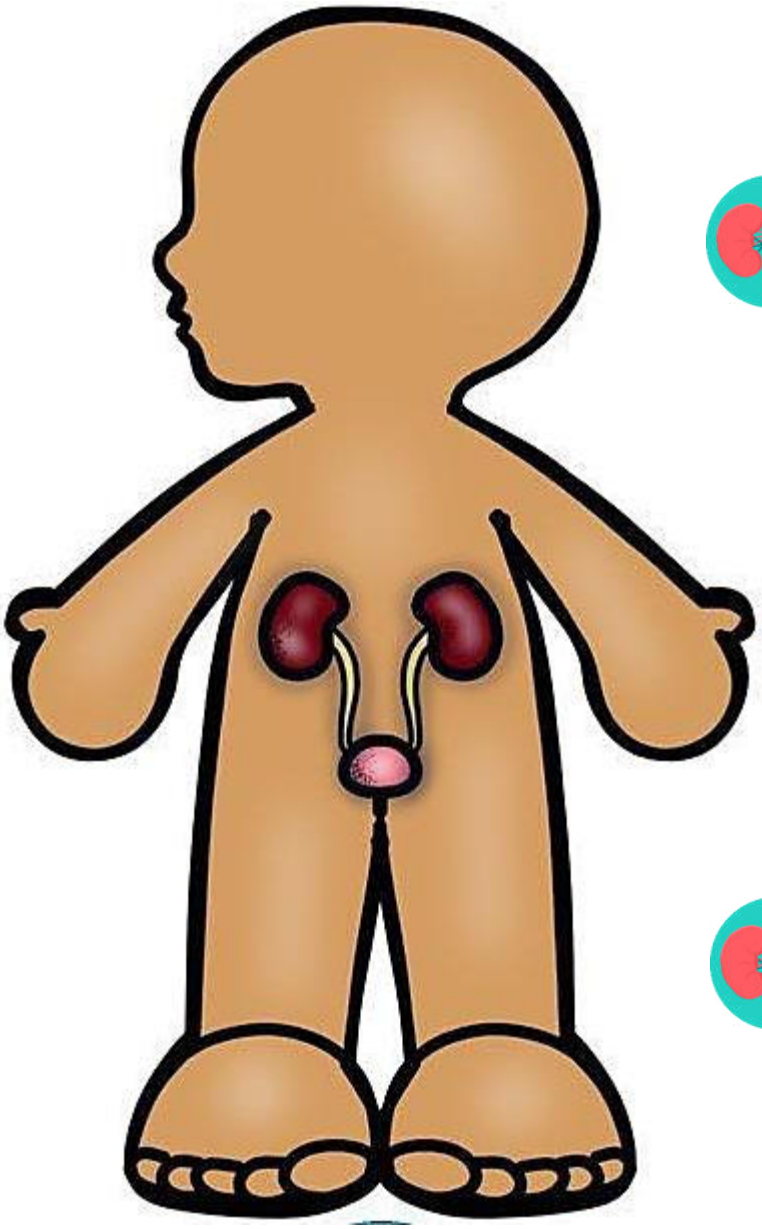

¿Qué es el sistema urinario o excretor?

¿Cuál es la función del sistema excretor?

Escribe las partes del sistema urinario

Los tres procesos que se dan en la formación de la orina son:

Según lo aprendido en el video anterior, haz un resumen de cada parte del sistema urinario:

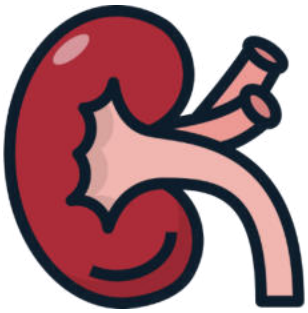

Escribe las partes del sistema excretor y coloréalo:

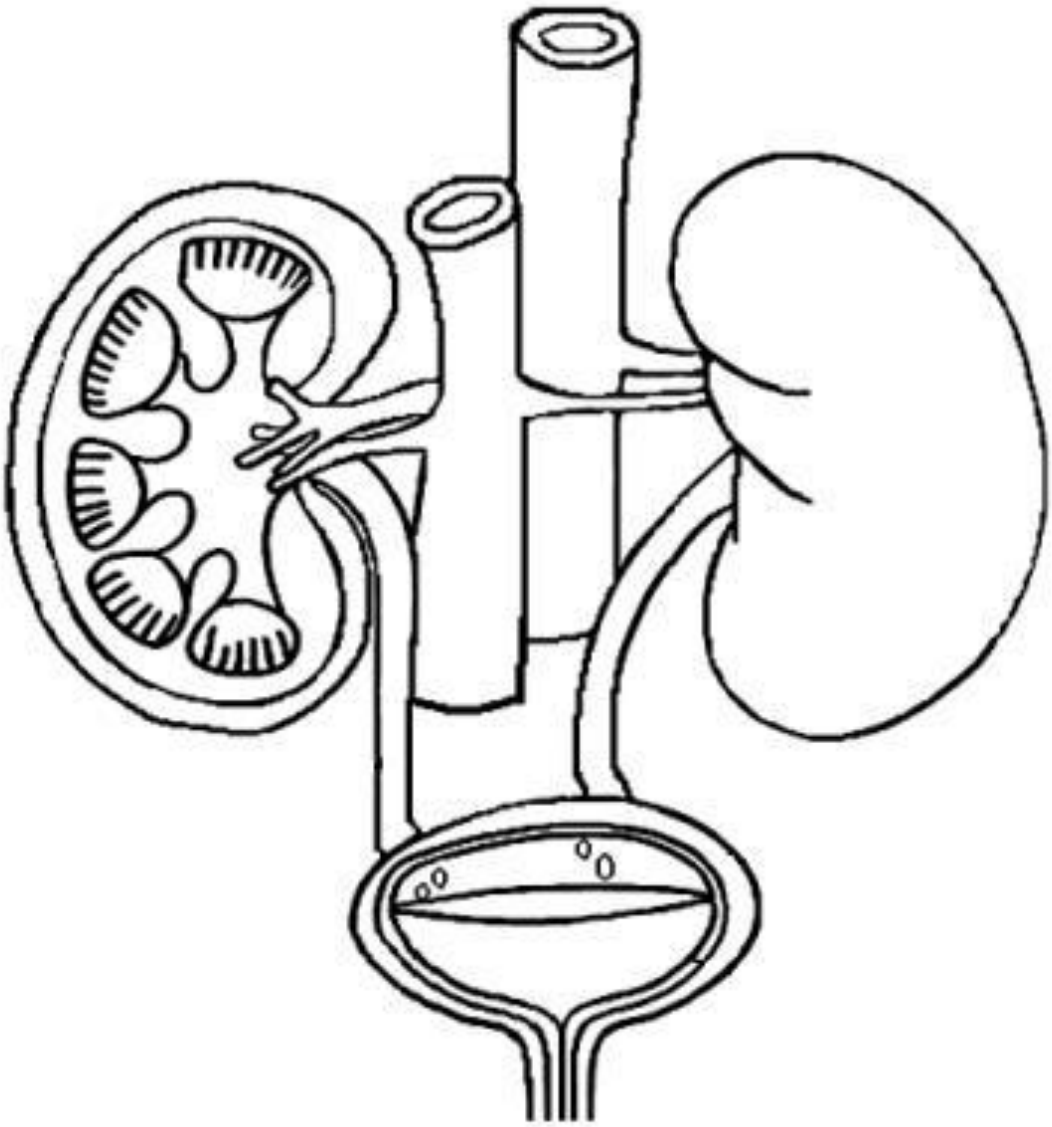

Sistema Reproductor

Haz clic en el siguiente enlace o digítalo en un navegador web:

https://youtu.be/4-umdNwS110

Completa la tabla con lo aprendido en el vídeo

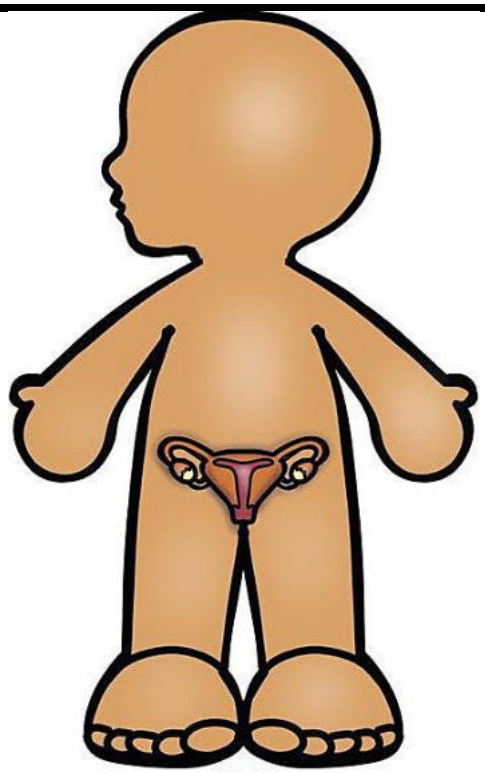

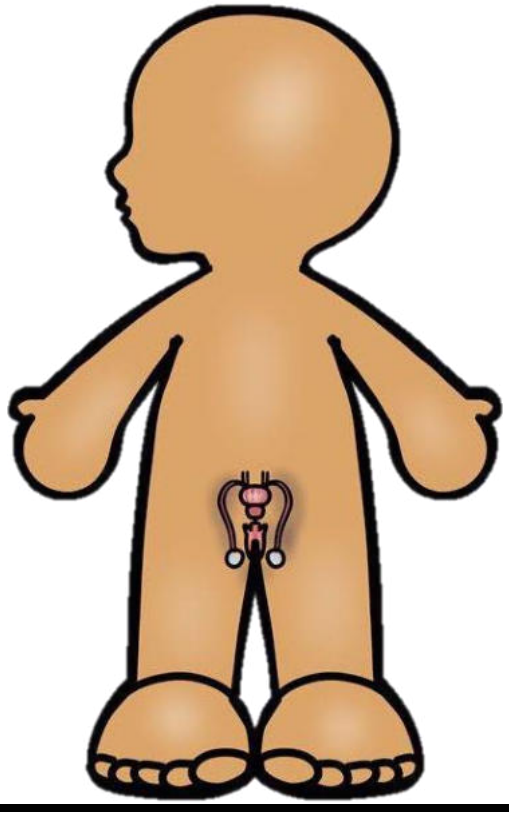

¿Qué es el sistema reproductor?
¿Qué órganos forman el aparato reproductor femenino?
¿Qué órganos forman el aparato reproductor masculino?
¿Cuál es la importancia del sistema reproductor?
¿Cuáles son algunas patologías del sistema reproductor?

👩‍🦱👩‍🦰Según lo aprendido en el video anterior, responde:

Escribe algunas medidas para cuidar el sistema reproductor:

👩‍🦱👩‍🦰Colorea el sistema reproductor masculino y femenino:

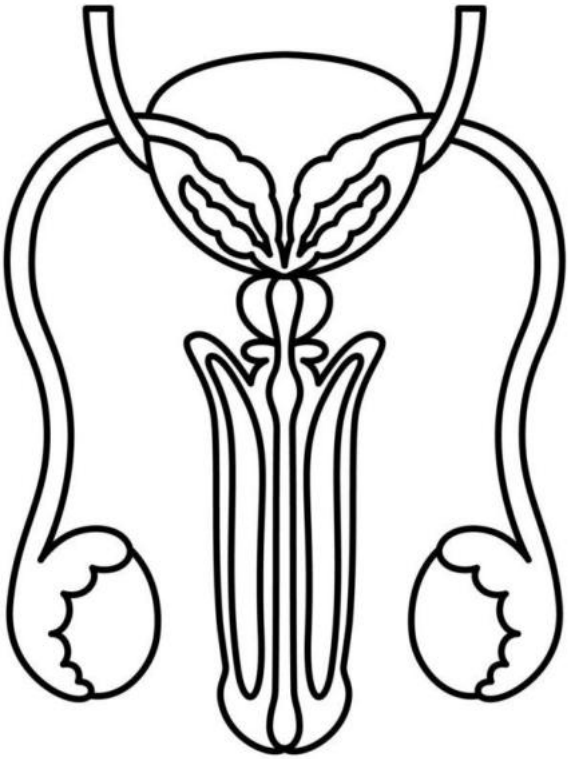

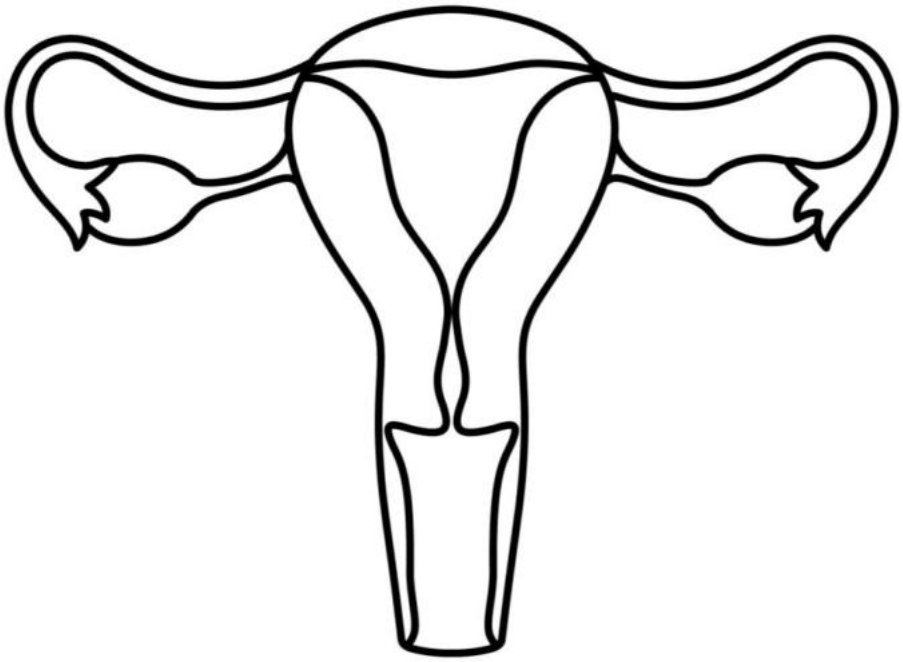

Sistema Endocrino

Completa la tabla con lo aprendido en el vídeo

Haz clic en el siguiente enlace o digítalo en un navegador web:

https://youtu.be/GwRP7UfAPiE

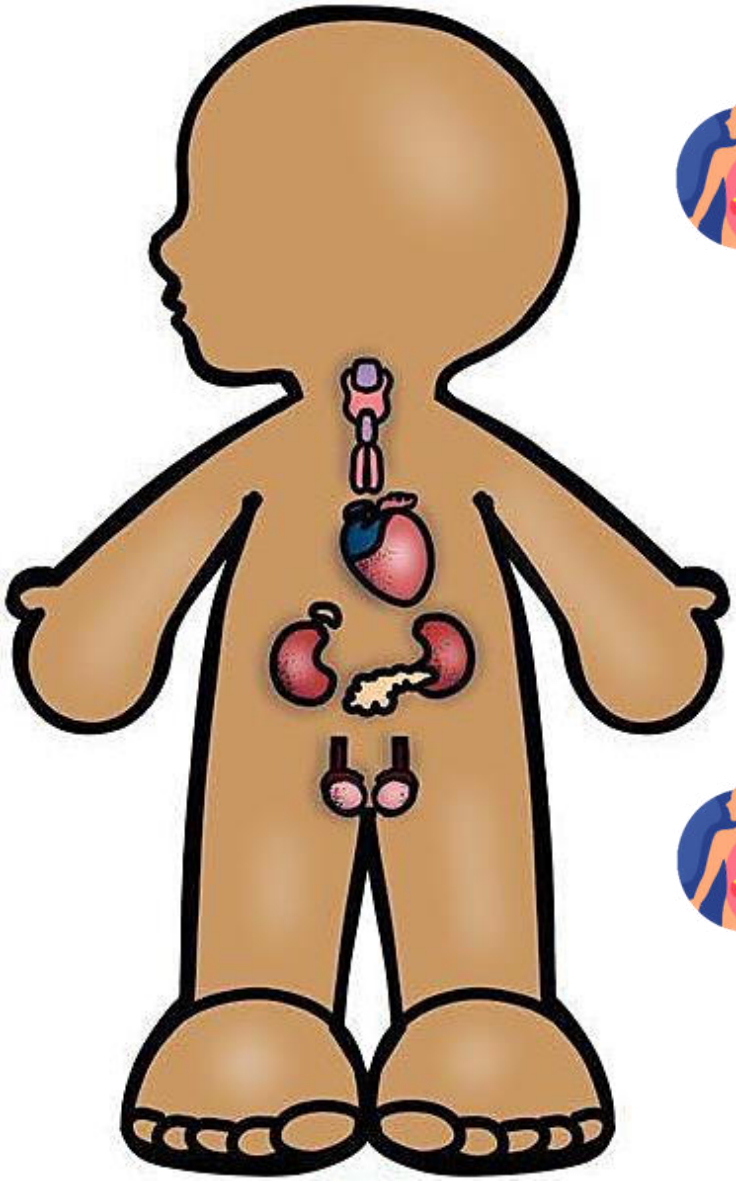

¿Qué es el sistema endocrino?
¿Cuáles son las partes del sistema endocrino?
¿Cuál es la función del sistema endocrino?
Algunas causas de la concentración hormonal en el sistema endocrino

Recorta las tarjetas y pégalas donde corresponde

OVARIOS | HIPOFISIS | TIROIDES | SUPRARRENALES | PANCREAS | TESTÍCULOS

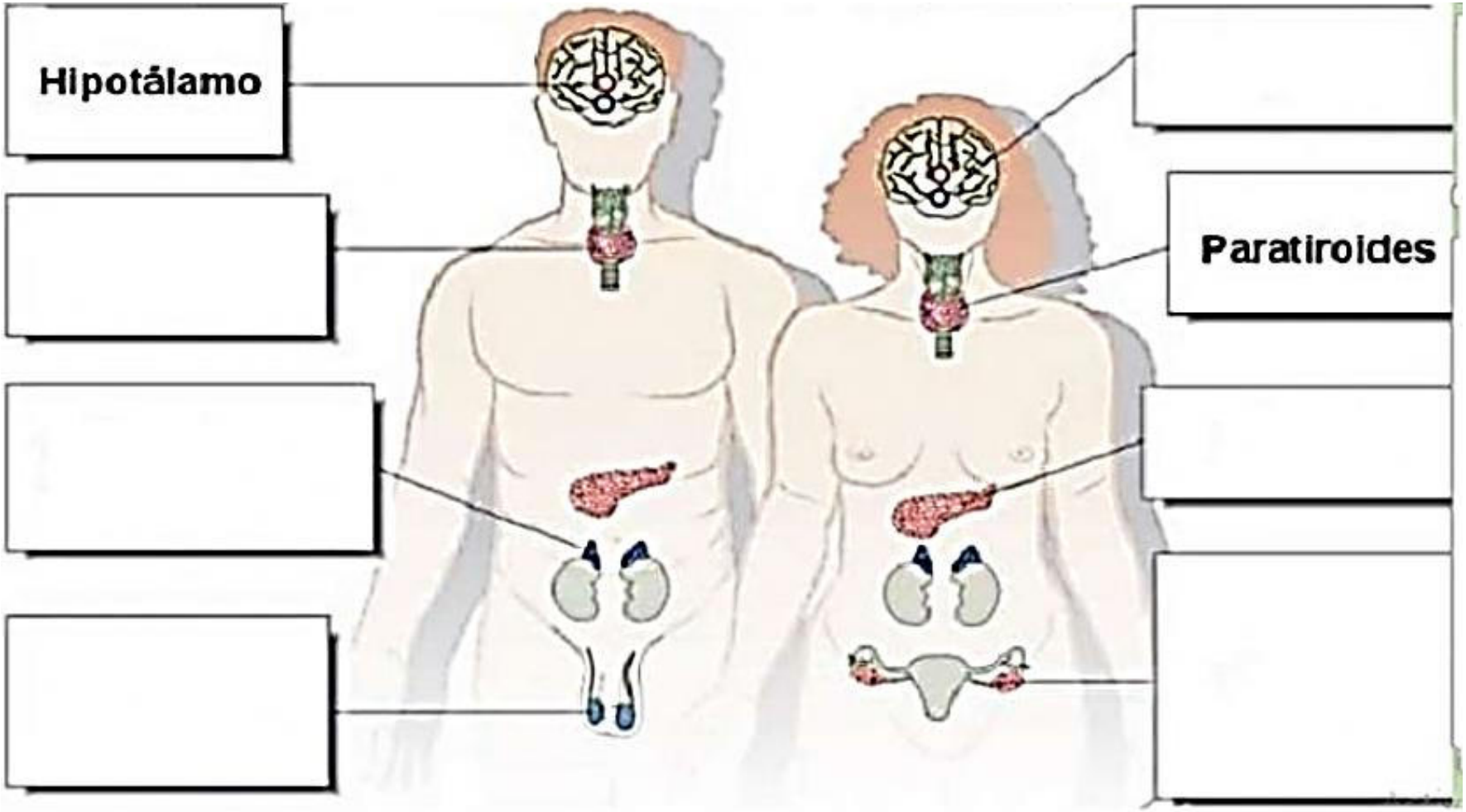

Sistema Tegumentario

Haz clic en el siguiente enlace o digítalo en un navegador web:

https://youtu.be/25Z9XZ7LsFo

Completa la tabla con lo aprendido en el vídeo

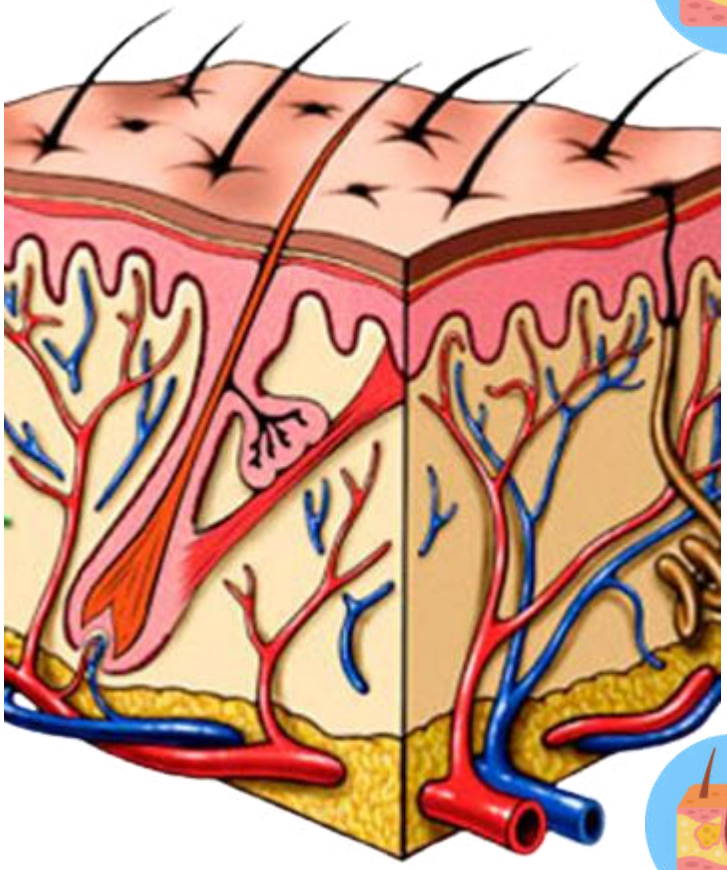

	¿Qué es la piel?
	El sistema tegumentario está compuesto por:
	¿Cuáles son las tres capas en las que se divide este sistema?
	¿Qué contiene la capa de la dermis?
	Escribe algunos cuidados para el sistema tegumentario

Según lo aprendido, escribe un resumen sobre las tres capas del sistema tegumentario:

Colorea y escribe las partes del sistema tegumentario

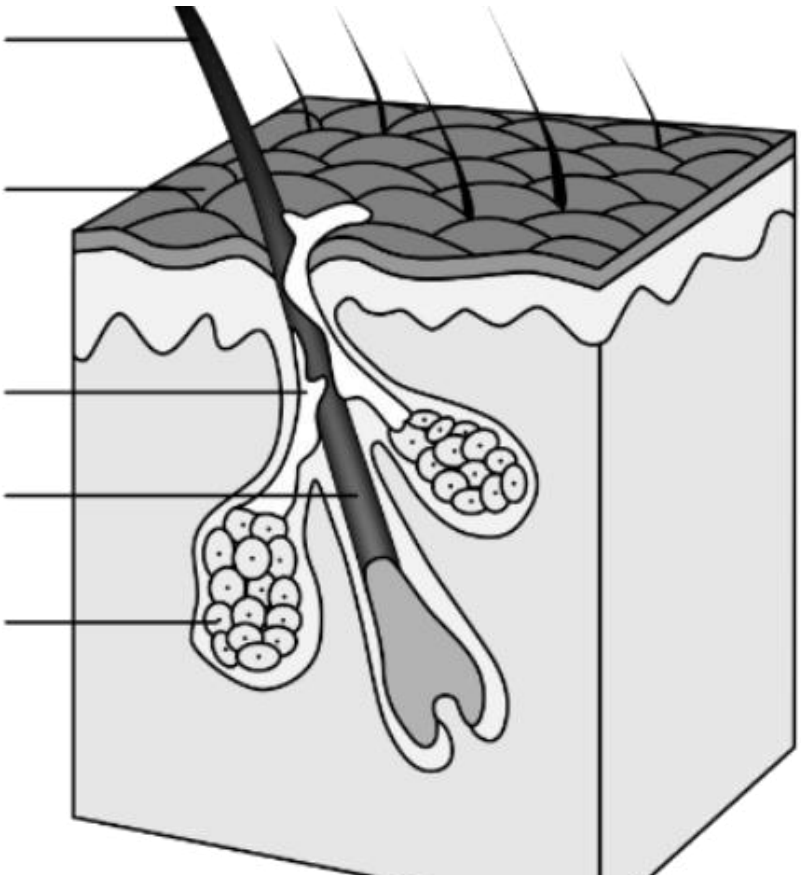

Síguenos en nuestras redes sociales

ESMERALDA TE ENSEÑA | YOUTUBE

https://www.youtube.com/channel/UCToR5eo1CpfHQkB9_JJOuNg

ESMERALDA TE CUENTA UN CUENTO | YOUTUBE

https://www.youtube.com/channel/UCimVlSx73dEB1fxrn5tWrvw

ESMERALDA TE ENSEÑA HISTORIA | YOUTUBE

https://www.youtube.com/channel/UC5dUXEUeprKvmwzzpJTFwzQ

ESMERALDA TE ENSEÑA | FACEBOOK

https://www.facebook.com/Esmeralda-te-ense%C3%B1a-106033734606664

ESMERALDA TE ENSEÑA | PÁGINA WEB

https://esmeraldateensena.blogspot.com